المستوى :الأولى ابتدائي (1AP)	ماي: 2015

اختبار رقم 1 للفصل الثالث في مادة الرياضيات

التمرين الاول: أنجز العمليات التالية

34 + 22 = .. .	45 + 13 = .. .	28 + 11 = .. .
34+22 = ..	45+13 = ..	28+11 = ..

التمرين الثاني : أرتب الاعداد من الاصغر الى الاكبر

62 ، 18 ، 79 ، 25 ، 34 ، 52 ، 47

18	..	..	..	..	..	..

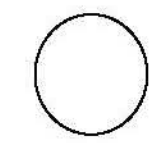



التمرين الثالث: أحسب ثم أقارن بتلوين الخانة المناسب

30+5 = ..	أصغر من يساوي أكبر من	20+20 = ..

50+4 = ..	أصغر من يساوي أكبر من	45

70+3 = ..	أصغر من يساوي أكبر من	40+3 = ..

التمرين الرابع: أسمي الاشكال التالية

			 .....

التمرين الخامس: مشكلة

أعطى الأب لسلمى 37 دينارا و زادتها أمها 21 دينارا

ـ احسب المبلغ الذي صار عندها؟

العميلة	الجواب
. . + . . _____ = . .	..... = ...+ ..... صار عند سلمى..... دينارا

Dzlibrary.com

تصحيح اختبار رقم 2 للفصل الثالث في مادة الرياضيات

التمرين الاول: أنجز العمليات التالية.(3ن)

34 + 22 = 56	45 + 13 = 58	28 + 11 = 39
34+22 =56	45+13 = 58	28+11 = 39

التمرين الثاني : أرتب الاعداد من الاصغر الى الاكبر.(1.5ن)

62 ، 18 ، 79 ، 25 ، 34 ، 52 ، 47

18	**25**	**34**	**47**	**52**	**62**	**79**

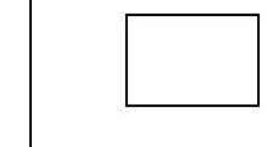



التمرين الثالث: أحسب ثم أقارن بتلوين الخانة المناسب.(2ن)

30+5 =35	أصغر من يساوي أكبر من	20+20 =40

50+4 =54	أصغر من يساوي أكبر من	45

70+3 =73	أصغر من يساوي أكبر من	40+3 =43

التمرين الرابع: أسمي الاشكال التالية.(1ن)

 مربع	 مثلث	 مستطيل	 دائرة

التمرين الخامس: مشكلة.(2.5ن)

أعطى الأب لسلمى 37 دينارا و زادتها أمها 21 دينارا

ـ احسب المبلغ الذي صار عندها؟

العميلة	الجواب
37 + **21** = **58**	**37 +21 = 58**
	صار عند سلمى 58 دينارا

Dzlibrary.com