التمرين الاول: انجز العمليات الآتية

904-124	392-37	795-129	356+127	427-8	644+04

التمرين الثاني: احصر بين عشرتين متتاليتين.

.....578.....	.....111.....	.....156.....	.....468.....

التمرين الثالث: احصر بين مائتين متتاليتين.

.....162.....	.....327.....	.....678.....	.....818.....

التمرين الرابع: اقارن باستعمال الرموز > < =

1.562 ... 500+60+3

2.701 ... 710

3.6-50 54

4.700+43 ..... 600+100+40

★ أرتب تصاعديا :

- 363 817 357 390 871 452 844

....

★ أرتب تنازليا:

- 953 432 950 932 905 423 743

....

★أنجز عمليات الضرب التالية:

5×6=... 4×10=... 2×4=...

3×0=...

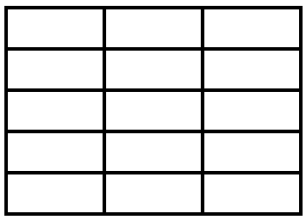
★ :أكمل حسب المثال

4+4+4+4=4×4=16

6+6+6+6+6+6=...×...=...

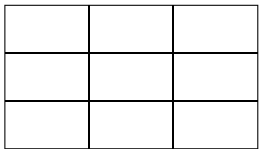
.....=5×3=15

.....=4×3=...



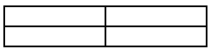
.....

.....



.....

.....



2×2=2×2=4

2+2=4

وضعية ادماجية:

أنا مختار مكروفي عندي 8 قطع نقدية ذات 5 دنانير .

سأحسب كم عندي بطريقتين :

الجمع .....

الضرب.....

قدور هنشور

www.raji3dz.com | موقع راجع ديزاد