السنـة الدراسيـة:2017/2016

السنــة الثالثـة إبتدائــي

الإســم:..... اللقـب:.....

يــوم:.....

إمتحـــان الفصــل الثالــث في مـادة الرياضيات

التمريــن الأول: أنجز العمليات التالية: (2 ن)

8946 + 6538	21 + 33	35 + 12	8654 + 123

التمريــن الثانــي: أقرأ التوقيت وأرسم عقارب الساعة و أكمل المطلوب: (2 ن)





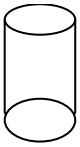

5 :00	9 :20	7 :15	2 :25
..... مساءً	..... مساءً	..... مساءً	..... مساءً

التمريــن الثالـث: أحول إلى الوحدة المطلوبة (1.5 ن)

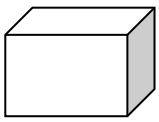
1M 150CM=..... CM	200 CM=..... M	3M=..... CM
1M 3dM 5 CM = ... CM	30 dM + 1000MM = ... M	

التمريــن الرابــع: أسمي كل مجسم وأكمل الجدول: (2.25 ن)

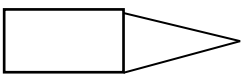
3



2



1



الشكـل	عـدد الأحـرف	عـدد الـرؤوس	التسميـة

www.raji3dz.com | موقع راجع ديزاد

مسألــة (2.25ن) اشترى المعلم 9 قصص بـــ20 دينار للواحدة و7 كراريس بـ30 دينار للكراس الواحد.

1- ماهو ثمن القصة؟

2- ماهو ثمن الكراريس؟

3- ماهو ثمن المشتريات

-أعطى المعلم للمكتبي 400 دينار

4-كم يرجع له المكتبي ؟

.

موقع راجع ديزاد | www.raji3dz.com