
9 التجميع بالعشرات

أتذكّر

- استعمل التجميع بالعشرات لعدّ كميات.



العشرات	الوحدات
2	5
عشرتان	خمس وحدات


أطبّق

1 أكتب عدد الأزهار في الجدول.



عشرات	وحدات
.....	.....

2 أكتب العدد المناسب في كلّ خانة.



....

3 أكتب كلّ عدد على شكل مجموع كما في المثال.

34 = 10 + 10 + 10 + 3

64 = ...

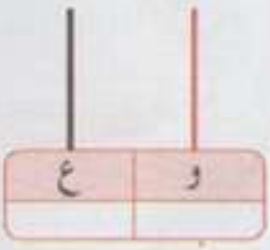
46 = 10 + ... + ... + ...+ ....

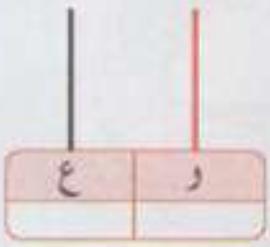
52 = ...

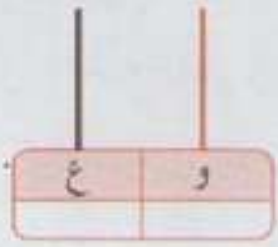
28 = ...

70 = ...

4 أكمل كلّ مساواة ثمّ أرسم الأقراص على كلّ عدّادة.







10+10+5=....+....

10+10+10+3=....+....

10+10+10+10+8=....+....

الحساب

www.raji3dz.com | موقع راجع ديزاد

9 - التجميع بالعشرات

1

العشرات	الوحدات
2	3

2

36 19 40 33

3

64 = 10 + 10 + 10 + 10 + 10 + 10 + 4


46 = 10 + 10 + 10 + 10 + 6

52 = 10 + 10 + 10 + 10 + 10 + 2


28 = 10 + 10 + 8

70 = 10 + 10 + 10 + 10 + 10 + 10 + 10


4



10 + 10 + 10 + 3 = 30 + 3



10 + 10 + 5 = 20 + 5



10 + 10 + 10 + 10 + 8 = 40 + 8

www.raji3dz.com | موقع راجع ديزاد