التلميذ :	العلامة : ...../10	السنة 2 ابتدائي

تقويم شهر فيفري في ميدان الأعداد و الحساب

1 أُحسب عموديا :

156+266	499+81	87-56

2 أُكْتُبِ الأَعْدادَ بالأَرْقامِ أو بالحُروفِ .

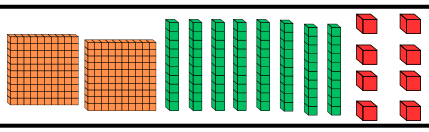
:645 .....

:408 .....

ـ ثَلاثُ مِئَة و سِتّونَ:

ـ خَمْسُ مِئَةٍ و سِبْعَةٌ و ثَلاثون :

3 أَكْمِلِ الجَدْوَلَ كما في المثال .

العَدَدُ	تَفْكيكُهُ	تَمْثيلُهُ	رَقْمُ عَشَراتِهِ	عَدَدُ عَشَراتِهِ
278	200+70+8		7	27
361	.....		.....	.....
.....	100+50		.....	.....

4 أُحْصُرِ الأَعْدادَ التّالية بين عَشَرَتَيْنِ مُتتالِيَتَيْنِ .

.....<178<.....

.....<455<.....

.....<988<.....

5 أُحْصُرِ الأَعْدادَ التّالية بين مِئَتَيْنِ مُتتالِيَتَيْنِ .

.....<666<.....

.....<123<.....

.....<899<.....

6 رَتِّبْ تَصاعُدِيًّا الأَعْدادَ التّالية.

256 - 111 - 675 - 233 - 657

7 رَتِّبْ تَنازُلِيًّا الأَعْدادَ التّالية.

543 - 221 - 788 - 212 - 306

الوضعية الإدماجية :

ـ اشْتَرى أَحْمَدُ قارورَةَ عَصير بـ 95 دج و عُلْبَةَ عَجائِنَ بـ 65 دج .

1ـ أُحْسُبِ الفَرْقَ بَيْنَ سِعْرِ قارورَةِ العَصيرِ و عُلْبَةِ العَجائِنِ ؟

ـ الفَرْقَ بَيْنَ سِعْرِ قارورَةِ العَصيرِ و عُلْبَةِ العَجائِنِ .....دج

www.rajis3diz.com موقع راجي سعدي

التلميذ :	العلامة : ...../10	السنة 2 ابتدائي

تقويم شهر فيفري في ميدان المقادير و القياس

التمرين الأوّل : يُمَثِّلُ الجَدْوَلُ المُقابِلُ رُزْنامَةَ شَهْرِ مارس 2025

الأحد	الإثنين	الثلاثاء	الأربعاء	الخميس	الجمعة
1	2	3	4	5	6	7
8	9	10	11	12	13	14
15	16	17	18	19	20	21
22	23	24	25	26	27	28
29	30	31				

ـ الْخانَةُ الْخَضْراءُ تُمَثِّلُ بِدايَةَ شَهْرِ رَمَضان .

ـ الْخانَةُ الْحمراء تُمَثِّلُ بِدايَةَ عيد الفِطرِ .

ـ الْخانَةُ الْصفراء تُمَثِّلُ بِدايَةَ عُطْلَةِ الرَّبيعِ .

1ـ أَكْمِلِ الفَراغاتِ : تاريخ بِدايَةَ شَهْرِ رَمَضان هُو : .....

ـ نَحْتَفِلُ بِعيدِ الفِطْرِ يَوْمَ : ..... ـ تاريخ بِدايَةَ عُطْلَةِ الرَّبيعِ هُو : .....

2ـ لَوِّنْ بالأَزْرَقِ تاريخَ اِحْتِفالِنا بِيَوْمِ النَّصْرِ يَوْمَ 19 مارس.

التمرين الثاني : أَكْمِلِ الجَدْوَلَ .

الطفل	الأداة التي اشتراها	ثمن الأداة	القطع النقدية التي أعطاها للبائع	القطع النقدية التي يعيدها البائع للطفل
وسيم		40 دج		
فارس		350 دج		
عبد الرحيم		230 دج		

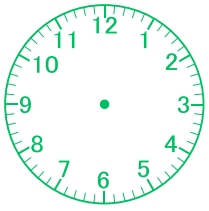
التمرين الثاني : تُمَثِّلُ الساعة المُقابِلَةُ تَوْقيتَ بِدايَةِ حِصَّةِ العُلُومِ الطَّبيعِيَّةِ المَسائِيَّةِ وتَنْتَهي الحِصَّةُ عِنْدَما يُتِمُّ العَقْرَبُ الصَّغيرُ دَوْرَتَيْنِ كامِلَتَيْنِ .

1ـ أُكْتُبْ تَوْقيتَ بِدايَةِ حِصَّةِ العُلومِ الطَّبيعِيَّةِ



.....:.....

2ـ أُرْسُمْ عَقْرَبَيِ السّاعاتِ عِنْدَ نِهايَةِ الحِصَّةِ و اكْتُبِ التَّوْقيتَ .



.....:.....

www.raji3dz.com | موقع راجع ديزاد

التلميذ : ..... | العلامة : ...../10 | السنة 2 ابتدائي

تقويم شهر فيفري في ميدان الأعداد و الحساب

1 أحسب عموديا :

156+266	499+81	87-56


2 أكْتُبِ الأَعْدادَ بالأَرْقامِ أو بالحُروفِ .

645: .....

408: .....

- ثلاثُ مِئَة و ستّونَ:
- خَمْسُ مِئَةٍ و سِبْعَةٌ و ثَلاثون :

3 أَكْمِلِ الجَدْوَلَ كما في المثال .

العَدَدُ	تَفْكيكُهُ	تَمْثيلُهُ	رَقْمُ عَشَراتِهِ	عَدَدُ عَشَراتِهِ
278	200+70+8		7	27
361	.....		.....	.....
.....	100+50		.....	.....

4 أُحْصُرِ الأَعْدادَ التّالية بين عَشَرَتَيْنِ مُتتالِيَتَيْنِ .

.....<178<.....

.....<455<.....

.....<988<.....

5 أُحْصُرِ الأَعْدادَ التّالية بين مِئَتَيْنِ مُتتالِيَتَيْنِ .

.....<666<.....

.....<123<.....

.....<899<.....

6 رَتِّبْ تَصاعُدِيًّا الأَعْدادَ التّالية.

256 - 111 - 675 - 233 - 657

7 رَتِّبْ تَنازُلِيًّا الأَعْدادَ التّالية.

543 - 221 - 788 - 212 - 306

الوضعية الإدماجية :

- اشْتَرى أَحْمَدُ قارورَةَ عَصير بـ95 دج و عُلْبَةَ عَجائِنَ بـ65 دج .

1- أُحْسُبِ الفَرْقَ بَيْنَ سِعْرِ قارورَةِ العَصيرِ و عُلْبَةِ العَجائِنِ ؟

- الفَرْقَ بَيْنَ سِعْرِ قارورَةِ العَصيرِ و عُلْبَةِ العَجائِنِ .....دج

التلميذ : ..... | العلامة : ...../10 | السنة 2 ابتدائي

تقويم شهر فيفري في ميدان المقادير و القياس

التمرين الأوّل : يُمَثِّلُ الجَدْوَلُ المُقابِلُ رُزْنامَةَ شَهْرِ مارس 2025

الأحد	الإثنين	الثلاثاء	الأربعاء	الخميس	الجمعة
1	2	3	4	5	6	7
8	9	10	11	12	13	14
15	16	17	18	19	20	21
22	23	24	25	26	27	28
29	30	31				

- الخانَةُ الْخَضْراءُ تُمَثِّلُ بِدايَةَ شَهْرِ رَمَضان .
- الخانَةُ الْحمراء تُمَثِّلُ بِدايَةَ عيد الفِطرِ .
- الخانَةُ الْصفراء تُمَثِّلُ بِدايَةَ عُطْلَةِ الرَّبيعِ .

1- أَكْمِلِ الفَراغاتِ : تاريخ بِدايَةَ شَهْرِ رَمَضان هُو : .....

- نَحْتَفِلُ بِعيدِ الفِطْرِ يَوْمَ : ..... - تاريخ بِدايَةَ عُطْلَةِ الرَّبيعِ هُو : .....

2- لَوِّنْ بالأَزْرَقِ تاريخَ اِحْتِفالِنا بِيَوْمِ النَّصْرِ يَوْمَ 19 مارس.

التمرين الثاني : أَكْمِلِ الجَدْوَلَ .

الطفل	الأداة التي اشتراها	ثمن الأداة	القطع النقدية التي أعطاها للبائع	القطع النقدية التي يعيدها البائع للطفل
وسيم		40 دج		
فارس		350 دج		
عبد الرحيم		230 دج		

التمرين الثاني : تُمَثِّلُ الساعة المُقابِلَةُ تَوْقيتَ بِدايَةِ حِصَّةِ العُلومِ الطَّبيعِيَّةِ المَسائِيَّةِ و تَنْتَهي الحِصَّةُ عِنْدَما يُتِمُّ العَقْرَبُ الصَّغيرُ دَوْرَتَيْنِ كاملتين .

1- أُكْتُبْ تَوْقيتَ بِدايَةِ حِصَّةِ العُلومِ الطَّبيعِيَّةِ



.....:.....

2- أَرْسُمْ عَقْرَبَيْ السّاعاتِ عِنْدَ نِهايَةِ الحِصَّةِ و اكْتُبِ التَّوْقيتَ .



.....:.....

www.raji3dz.com موقع راجع للجزائر