المستوى : الرابعة ابتدائي

السنة الدراسية : 2022/ 2023

# امتحان الفصل الثاني في مادة الرياضيات

الاسم : .....

اللقب : .....

10

**التمرين الأول :** أنجز العمليات التالية عموديا :

5718 × 14 = ..... 705 × 32 = ..... 14 258 + 95 874 = .....

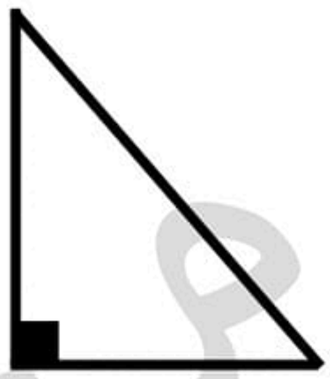
**التمرين الثاني :** حَوِّلْ الى الوحدة المطلوبة :

6 hL 9L =.....cL / 12 800 mL = ..... dL / 70 L 9 cL = ..... mL .

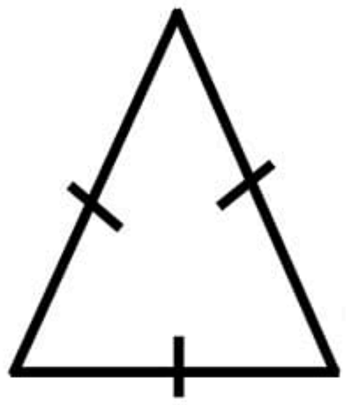
**التمرين الثالث :** سميّ الأشكال الهندسية الآتِية :



.....



.....



.....

**التمرين الرابع :** ثَمنُ 5 عُلب عَصير 125 ديْنارًا :

أكْمِل الجدول التالي :

| عدد عُلب العَصير | 5 | 7 | 9 | ..... |
|---|---|---|---|---|
| الثمن بالدينار | 125 | ..... | ..... | 225 |

**الوضعية الادماجية :**

يَمْلِكُ فَلاح قِطعة أرضٍ طُولُها 110 m و عُرضها 70 m .

◄ - أُحْسُبْ مِحِيطَ هَذِهِ الأرض ؟

أرَاد الْفلّاح إحَاطتها بِسياج ، فَاشترى السِّياج بِـ 7520 دينارًا و مستلزمات أخرى بِـ 2500 دينارًا و دَفَع للعاملِ الّذِي قَام بالتَّسييج 3000 دينارًا .

◄ - ما هي كُلفَةُ تَسْييج هّذِهِ الأرض؟

زَرَع هذا الْفلّاحُ الأرضَ بَطاطا فَجنى 4700 Kg ، و لِتَسْهِيلِ بَيْعها وضَعها فِي أكْياس ذَات 20 Kg .

◄ - ما هو عددُ الأكْياس الّتي تَحصلَ عليْها ؟

www.raji3dz.com | موقع راجع ديزاد

المستوى : الرابعة ابتدائي

السنة الدراسية : 2022/ 2023

# امتحان الفصل الثاني في مادة الرياضيات

الاسم : .....

اللقب : .....

10

**التمرين الأول :** أنجز العمليات التالية عموديا :

5718 × 14 = 80052 ..... 705 × 32 = 22560 ..... 14 258 + 95 874 = 110132

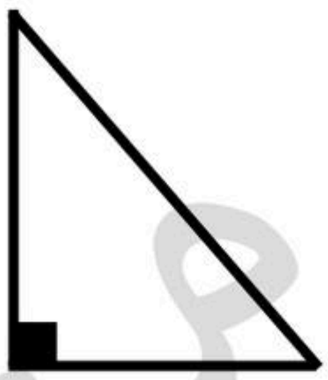
**التمرين الثاني :** حَوِّلْ الى الوحدة المطلوبة :

6 hL 9L = 60900 cL / 12 800 mL = ... 128 ... dL / 70 L 9 cL = ... 70090 ... mL .

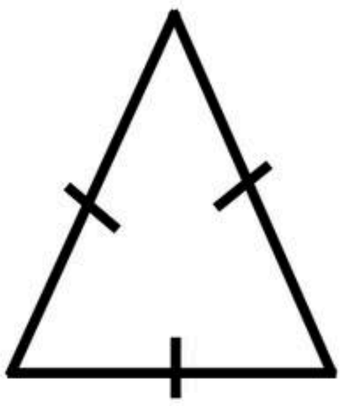
**التمرين الثالث :** سميّ الأشكال الهندسية الآتِية :



مثلث متساوي الساقين



مثلث قائم .....



مثلث متقايس الاضلاع

**التمرين الرابع :** ثَمنُ 5 عُلب عَصير 125 ديْنارًا :

أكْمِل الجدول التالي :

| عدد عُلب العَصير | 5 | 7 | 9 | 9 |
|---|---|---|---|---|
| الثمن بالدينار | 125 | 175 | 225 | 225 |

**الوضعية الادماجية :**

يَمْلِكُ فَلاح قِطعة أرضٍ طُولُها 110 m و عُرضها 70 m .

◄ - أُحْسُبْ مِحِيطَ هَذِهِ الأرض ؟

أرَاد الْفلّاح إحَاطتها بِسياج ، فَاشترى السِّياج بِـ 7520 دينارًا و مستلزمات أخرى بِـ 2500 دينارًا و دَفَع للعاملِ الّذِي قَام بالتَّسييج 3000 دينارًا .

◄ - ما هي كُلفَةُ تَسْييج هّذِهِ الأرض؟

زَرَع هذا الْفلّاحُ الأرضَ بَطاطا فَجنى 4700 Kg ، و لِتَسْهِيلِ بَيْعها وضَعها فِي أكْياس ذَات 20 Kg .

◄ - ما هو عددُ الأكْياس الّتي تَحصلَ عليْها ؟

www.raji3dz.com | موقع راجع ديزاد

## حل الوضعية الادماجية :

**الحل**

**الاجوبة**

حساب محيط الأرض :

( الطول + العرض ) × 2

(110 +70 ) × 2 = 360 m

**7520+2500+3000 = 13020**

◄ - كُلفَةُ تَسْييج هّذِهِ الأرض هي : 13020 دينارا .

**4700 ÷ 20 = 235**

◄ - عددُ الأكْياس الّتي تَحصلَ عليْها 235 كيسًا

**العمليات**

110
+ 70
—
=180

180
X 2
—
=360

7520
+ 2500
+ 3000
—
=13020

4700 | 20
- 40 | —
= 070 | 235
- 60
— =
100
- 100
000 =

www.raji3dz.com | موقع راجع ديزاد