للأستاذة شيراز عبد الرزاق
0699750008

9+9

العلمة / سطيف

السّنة 4 الرّابعة

التّلميذ : .....

إمضاء الوليّ : .....

العلامة : ../10

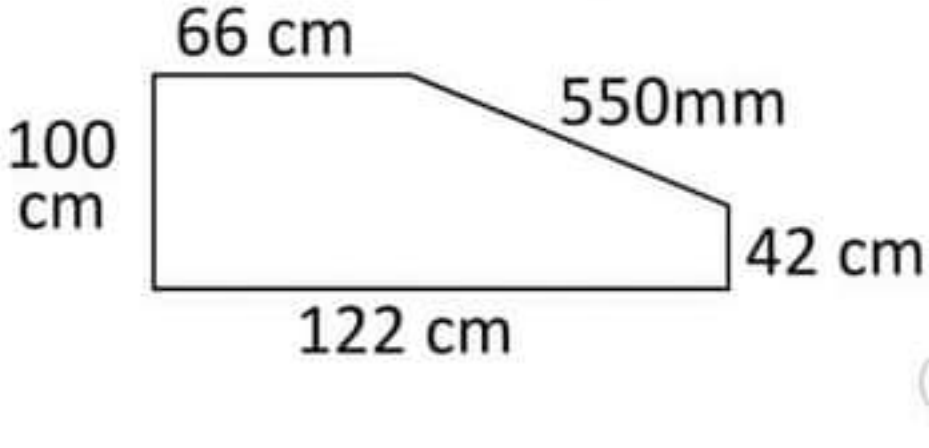
إمتحان الفصل 2 في الرّياضيات

السّؤال الأوّل : أَنْجِزِ الْعَمَلِيَّات التَّالِيَة (2ن)

3 625 x 65 =

3 625 ÷ 181 =

السُّؤَالُ الثّانِي : أَحْسُبْ مُحِيط الشَّكْل التَّالِي (1ن)



السُّؤَالُ الثّالِث : أَكْمِلْ مَايَلِي (2ن)

..... X 10 = 20 000

3 520 X 100 = ...

623 X 1000 = ...

920 X ..... = 920 000

السُّؤَالُ الرَّابِع : (1ن)

أَرْسُم قِطعة مُسْتَقِيمَة [AB] طُولُهَا 4cm ، عَيِّنْ O مُنْتَصف هَذِه الْقطعة

أَرْسُم الدَّائِرَة الّتِي مَرْكَزُهَا A وَنِصف قُطْرِهَا [OA]

أَرْسُم الدَّائِرة الّتِي مَرْكَزُهَا O وَ قُطرُها [AB]

www.raji3dz.com | موقع راجع ديزاد

اَلْوَضْعِيَّة : (4ن)

- تَسْتَهْلِكُ سَيَّارَةٌ 8 L مِنَ الْبِنزِين كُلّ 100 km .

* مَاهِيَ كَمِّيَة الْبِنْزِينِ الَّتِي تَلْزَمُهَا لِقَطْعِ مسافة 200 km ؟ 50 km ؟ 350 km ؟
* مَاهِي الْمَسَافَة الَّتِي تَقْطَعُهَا بِ 24 L مِنَ الْبِنزين ؟
* ضَع كُلّ الْبَيَانَات الْمُتَحَصّل عَلَيْهَا وَ نَظِّمْهَا فِي جدول مُتَنَاسِب .

اَلْحَلُّ

اَلْعَمَلِيَّاتُ	اَلْأَجْوِبَة
.....	.....
.....	.....
.....	.....
.....	.....
.....	.....
.....	.....
.....	.....
.....	.....
.....	.....

www.raji3dz.com | موقع راجع ديزاد

للأستاذة شيراز عبد الرزاق
0699750008

التّلميذ : .....

إمضاء الوليّ : .....

العلامة : ... / 10

9+9

20 1 7

العلمة / سطيف

السّنة 4 الرّابعة

إمتحان الفصل 2 في الرّياضيات

السّؤال الأوّل : أنْجِزِ الْعَمَلِيَّات التَّالِيَة 2ن

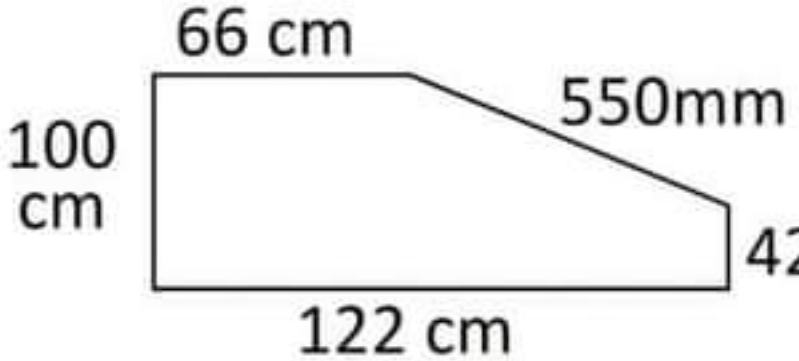
3 625 ÷ 181 = 181 X20 +5

3 625	181
- 3 62	20
0 005	
- 0	
5	

3 625 x 65 = 65 X 55 + 50

3 625	65
-3 25	55
375	
- 325	
050	

السُّؤَالُ الثّانِي : أَحْسُبْ مُحِيط الشَّكْل التَّالِي 1ن



550 mm = 55 cm

55+42+122+100 + 66 =385cm

السُّؤَالُ الثّالِث : أَكْمِلْ مَايَلِي 2ن

3 520 X 100 = 352 000

2000 X 10 = 20 000

920 X 1000 = 920 000

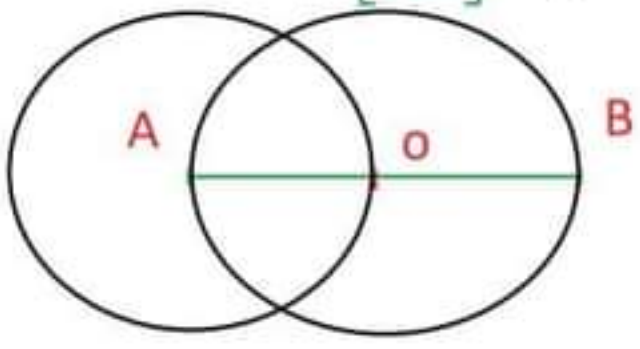
623 X 1000 = 623 000

السُّؤَالُ الرَّابِع : 1ن

أَرْسُم قِطعة مُسْتَقِيمَة [AB] طُولُهَا 4cm ، عَيِّنْ O مُنْتَصف هَذِه الْقطعة

أَرْسُم الدَّائِرَة الّتِي مَرْكَزُهَا A وَنِصف قُطْرِهَا [OA]

أَرْسُم الدَّائِرة الّتِي مَرْكَزُهَا O وَ قُطرُها [AB]



www.raji3dz.com | موقع راجع ديزاد

للأستاذة شيراز عبد الرزاق
0699750008

التّلميذ : .....

إمضاء الوليّ : .....

العلامة : ... / 10

9+9

20 1 7

العلمة / سطيف

السّنة 4 الرّابعة

إمتحان الفصل 2 في الرّياضيات

السّؤال الأوّل : رَتِّبِ الْأَعْدَادَ تَنَازُلِيًا ثُمَّ أَكْتُبْ أَكبر عدد بِالْحُرُوفِ . (2ن)

3 620 - 16 000 - 75 021 - 852 963 - 75 620 - 8 100 - 75 321

⇦

السُّؤَالُ الثّانِي : تُدِرُّ بَقَرَةٌ 15 ل مِنَ الْحَلِيبِ يَوْمِيًا / (1.5ن)

- أَكْمِل الْجَدْوَلَ وَعَيِّنْ مُعَامِل التَّنَاسُبِيَة .

الأيّام	1	؟	10	20
كَمِيَّة الْحَلِيب	15	30	؟	؟

السُّؤَالُ الثَّالِث : (1.5ن)

- أَرْسُم قِطْعَة الْمُسْتَقِيم AB طُولهَا 8 cm
- عَيِّنْ النُّقْطَة O فِي مُنْتَصَف هَذِهِ الْقِطْعَة .
- أَحْسُبْ طُول الْقِطْعَة AO
- أَرْسُمْ الدَّائِرَة الَّتِي الّتِي قُطْرُهَا AO
- أَرْسُمْ الدَّائِرَة الَّتِي الّتِي قُطْرُهَا OB

السُّؤَالُ الرَّابِع : (2ن) أَحْسُبْ

253 x 24 =

253 : 24 =

www.raji3dz.com | موقع راجع ديزاد

اَلْوَضْعِيَّة : (3ن)

أَرَادَ فَلَّاحٌ أَنْ يُحِيطَ أَرْضَهُ الْمُسْتَطِيلَة الشَّكْل بِسِيَاجٍ .

إِذَا كَانَ طُولُ الْحَقْلِ 158mوَ عَرْضُهُ نِصْفُ طُولِهِ ، مَاهُوَ طُولُ السِّيَاجِ الَّذِي سَيَشْتَرِيهِ الْفَلاحُ عِلْمًا أَنَّهُ سَيَتْرُكُ مَدْخَلا بِمَسَافَة 10 .

سَيَسْتَعْمِلُ116أَوْتَاد تَبْعُدُ عَنْ بَعْضِهَا بِنَفْسِ الْمَسَافَة لِتَثْبِيتِ هَذَا السِّيَاج

- مَاهِيَ الْمَسَافَةُ الَّتِي سَيَتْرُكُهَا بَيْنَ كُلّ وَتَدَيْنِ ؟

اَلْحَلُّ

اَلْعَمَلِيَّاتُ	اَلْأَجْوِبَة
.....	.....
.....	.....
.....	.....
.....	.....
.....	.....
.....	.....
.....	.....
.....	.....
.....	.....
.....	.....

www.raji3dz.com | موقع راجع ديزاد

للأستاذة شيراز عبد الرزاق
0699750008

التّلميذ : .....

إمضاء الوليّ : .....

العلامة : ... / 10

العلمة / سطيف

السّنة 4 الرّابعة

إمتحان الفصل 2 في الرّياضيات

9+9

20 1 7

السّؤال الأوّل : رَتِّبِ الْأَعْدَادَ تَنَازُلِيًا ثُمَّ أَكْتُبْ أَكبر عدد بِالْحُرُوفِ . (2ن)

75 321 - 8 100 - 75 620 - 852 963 - 75 021 - 16 000 - 3 620

852 963 > 75 620 > 75 321 > 75 021 > 16 000 > 8 100 > 3 620

852 963 = ثَمَانُمِئَة واثنان وخَمْسُون ألف وتِسْعمئة وَثَلَاثَة وسِتُّون

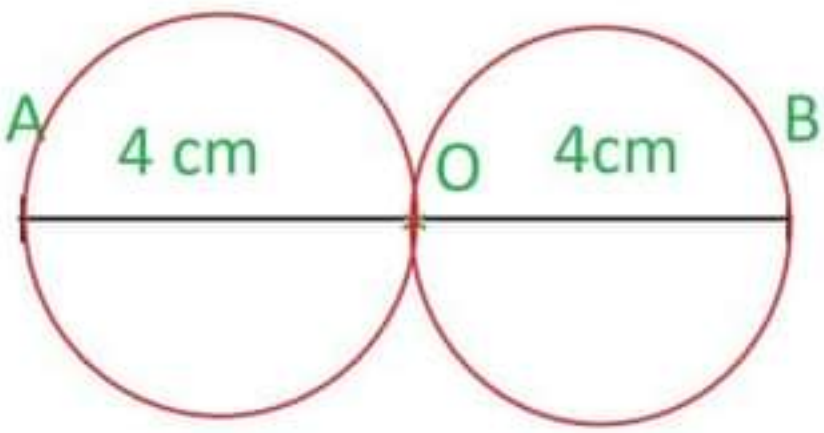
السُّؤَالُ الثَّانِي : تُدِرُّ بَقَرَةٌ 15 ل مِنَ الْحَلِيبِ يَوْمِيًا / (1.5ن)

- أَكْمِل الْجَدْوَلَ وَعَيِّنْ مُعَامِل التَّنَاسُبِيَة . المعامل هو 15

الأيّام	1	2	10	20
كَمِيَّة الْحَلِيب	15	30	150	300

السُّؤَالُ الثَّالِث : (1.5ن)

- أَرْسُم قِطْعَة الْمُسْتَقِيم AB طُولهَا 8 cm
- عَيِّنْ النُّقْطَة O فِي مُنْتَصَف هَذِهِ الْقِطْعَة .
- أَحْسُبْ طُول الْقِطْعَة AO 4cm
- أَرْسُمْ الدَّائِرَة الَّتِي الّتِي قُطْرُهَا AO
- أَرْسُمْ الدَّائِرَة الَّتِي الّتِي قُطْرُهَا OB



السُّؤَالُ الرَّابِع : (2ن) أَحْسُبْ

253 : 24 = (24x10)+13

253	24
-24	10
13	
-00	
13	

(1)

253 x 24 = 6072

* * * * * * * * *

x 253	
24	
1012	
+ 506 ·	
6072	

www.raji3dz.com | موقع راجع ديزاد

اَلْوَضْعِيَّة : (3ن)

أَرَادَ فَلَّاحٌ أَنْ يُحِيطَ أَرْضَهُ الْمُسْتَطِيلَة الشَّكْل بِسِيَاجٍ .

إِذَا كَانَ طُولُ الْحَقْلِ 158mوَ عَرْضُهُ نِصْفُ طُولِهِ ، مَاهُوَ طُولُ السِّيَاجِ الَّذِي سَيَشْتَرِيهِ الْفَلاحُ عِلْمًا أَنَّهُ سَيَتْرُكُ مَدْخَلا بِمَسَافَة 10 m

سَيَسْتَعْمِلُ أَوْتَاد تَبْعُدُ عَنْ بَعْضِهَا بِنَفْسِ الْمَسَافَة لِتَثْبِيتِ هَذَا السِّيَاج

- مَاهِيَ الْمَسَافَةُ الَّتِي سَيَتْرُكُهَا بَيْنَ كُلّ وَتَدَيْنِ ؟

اَلْحَلُّ

اَلْعَمَلِيَّاتُ

158:2=79

158 | 2
-14 | 79
18
-18
00

1/ نحسب محيط الحقل

(158 + 79) x 2 = 474

158
+ 079
237
x 2
474

طول السياج = محيط الحقل - المدخل

المحيط - المدخل

474
- 010
464

474-10=464

اَلْأَجْوِبَة

عرض الحقل m 79

طول السياج هو m 464

www.raji3dz.com | موقع راجع ديزاد

اَلْوَضْعِيَّة : (3ن)

أَرَادَ فَلَّاحٌ أَنْ يُحِيطَ أَرْضَهُ الْمُسْتَطِيلَة الشَّكْل بِسِيَاجٍ .

إِذَا كَانَ طُولُ الْحَقْلِ 158mوَ عَرْضُهُ نِصْفُ طُولِهِ ، مَاهُوَ طُولُ السِّيَاجِ الَّذِي سَيَشْتَرِيهِ الْفَلاحُ عِلْمًا أَنَّهُ سَيَتْرُكُ مَدْخَلا بِمَسَافَة 10 m

سَيَسْتَعْمِلُ 116 وتد تَبْعُدُ عَنْ بَعْضِهَا بِنَفْسِ الْمَسَافَة لِتَثْبِيتِ هَذَا السِّيَاج

- مَاهِيَ الْمَسَافَةُ الَّتِي سَيَتْرُكُهَا بَيْنَ كُلّ وَتَدَيْنِ ؟

اَلْحَلُّ

اَلْعَمَلِيَّاتُ

طول السياج سيقوم بقسمته على 116

$464 : 116 = 4$

464	116
- 464	4
000	

اَلْأَجْوِبَة

يترك بين كل وتد وآخر 4 m

www.raji3dz.com | موقع راجع ديزاد

للأستاذة شيراز عبد الرزاق
0699750008

التّلميذ : .....

إمضاء الوليّ : .....

العلامة : ... / 10

9+9

20 1 7

العلمة / سطيف

السّنة 4 الرّابعة

إمتحان الفصل 2 في الرّياضيات

السّؤال الأوّل : إلَيْكَ الْعدد التّالي 324 605 (3ن)

فَكِّكْه تَفْكِيكًا عَادِيًا : .....

تَفْكِيك نَموذَجِي : .....

أَحْصُرْهُ بَيْنَ مِئَتَيْنِ : .....

أَحْصُرْهُ بَيْنَ مِئَتَيْنِ مِنَ الْآلافِ : .....

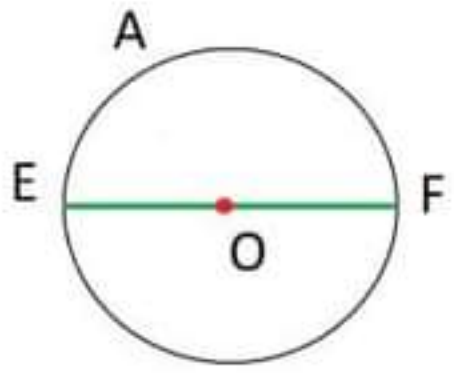
رَقْمُ مِئَاتِهِ هُوَ : .....

عَدَدُ مِئَاتِهِ هُوَ : .....

السُّؤَالُ الثّانِي : أَكْمِلْ جَدْوَل التَّنَاسُبِيَة ؟ أَحْسُبْ مُعامِل التّناسُبِيَة . (2ن)

20	10	.
30 0	.	600

السُّؤَالُ الثَّالِث : لَاحِظِ الدَّائِرَة A (1ن)



O يُمِثُلُ ..... الدَّائِرَة

اَلْقِطْعَة الْمُسْتَقِيمَة [EO] هِيَ .....

اَلْقِطْعَة الْمُسْتَقِيمَة [OF] هِيَ .....

اَلْقِطْعَة الْمُسْتَقِيمَة [EF] هِيَ .....

السُّؤَالُ الرَّابِع :

أَكْمِلِ الْجَدْوَل (2ن)

اَلْمُسْتَطِيل سم			
اَلْمُحِيطُ	نِصْف الْمُحِيط	اَلْعرْض	اَلطُّولُ
.....	.....	50	25
.....	164	44	.....

www.raji3dz.com | موقع راجع ديزاد

اَلْوَضْعِيَّة : (3ن)

يَدْفَعُ الْأَبُ شَهْرِيًا مَبْلَغ 3850 دج شَهْرِيًا لِلْهَاتِف وَ الانْترنت .

أَحْسُبْ مَبْلَغ الاشْتِراك الْيَومِي الّذِي يَدْفَعُهُ الْأَبُ فِي الْيَوم الْوَاحِد خِلَال جَانْفِي

وَأَحْسُبْ مَبْلَغ الْاشْتِراك الْيَوْمِي لِشَهْرِ فِيفْرِي .

اَلْعَمَلِيَّاتُ	اَلْحَلُّ	اَلْأَجْوِبَة
.....		.....
.....		.....
.....		.....
.....		.....
.....		.....
.....		.....
.....		.....
.....		.....
.....		.....
.....		.....

www.raji3dz.com | موقع راجع ديزاد

للأستاذة شيراز عبد الرزاق
0699750008

العلمة / سطيف

السّنة 4 الرّابعة

التّلميذ : .....

إمضاء الوليّ : .....

العلامة : ... / 10

إمتحان الفصل 2 في الرّياضيات

9+9

20

1

7

السّؤال الأوّل : إلَيْكَ الْعدد التّالي 324 605 (3ن)

فَكّكْه تَفْكِيكًا عَادِيًا : 324 605 = 300 000 + 20 000 + 4 000 + 600 + 5

تَفْكِيك نَموذَجِي : 324 605 = (3X100 000) + (2 X 10 000) + (4X 1000) +(6X100)

أَحْصُرْهُ بَيْنَ مِئَتَيْنِ : 324 600 < 324 605 < 324 700

أَحْصُرْهُ بَيْنَ مِئَتَيْنِ مِنَ الْآلافِ : 300 000 < 324 605 < 400 000

رَقْمُ مِئَاتِهِ هُوَ : 6

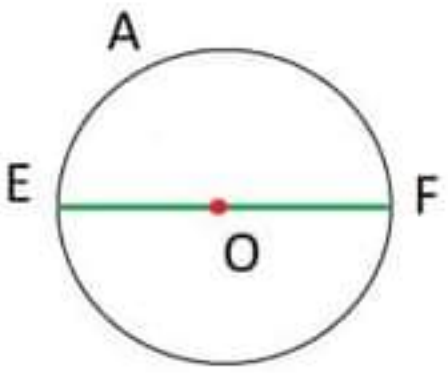
عَدَدُ مِئَاتِهِ هُوَ : 3246

السُّؤَالُ الثّانِي : أَكْمِلْ جَدْوَل التَّنَاسُبِيَة ؟ أحْسُبْ مُعامِل التّناسُبِيَة . (2ن)

20	10	40
30 0	150	600

معامل التناسبية 15

السُّؤَالُ الثَّالِث : لَاحِظِ الدَّائِرَة A (1ن)



O يُمِثُلُ مركز الدّائرة الدَّائِرَة

اَلْقِطْعَة الْمُسْتَقِيمَة [EO] هِيَ نصف القطر

اَلْقِطْعَة الْمُسْتَقِيمَة [OF] هِيَ نصف القطر

اَلْقِطْعَة الْمُسْتَقِيمَة [EF] هِيَ قطر الدائرة

السُّؤَالُ الرَّابِع :

أَكْمِلِ الْجَدْوَل (2ن)

اَلْمُسْتَطِيل سم			
اَلْمُحِيطُ	نِصْف الْمُحِيط	اَلْعرْض	اَلطُّولُ
150	75	50	25
328	164	44	120

www.raji3dz.com | موقع راجع ديزاد

اَلْوَضْعِيَّة : (3ن)

يَدْفَعُ الْأَبُ شَهْرِيًا مَبْلَغ 3850 دج شَهْرِيًا لِلْهَاتِف وَ الانْترنت .

أَحْسُبْ مَبْلَغ الاشْتِراك الْيَومِي الّذِي يَدْفَعُهُ الْأَبُ فِي الْيَوم الْوَاحِد خِلَال جَانْفِي

وَأَحْسُبْ مَبْلَغ الْاشْتِراك الْيَوْمِي لِشَهْرِ فِيفْرِي .

اَلْحَلُّ

اَلْعَمَلِيَّاتُ

$3850 : 31 = 31 \times 124 + 6$

3850	31
-31	124
75	
-62	
130	
-124	
6	

اَلْأَجْوِبَة

يدفع الأب 124 دج في شهر جانفي

يوميا

تكلفة اليوم الواحد في شهر جانفي

$3850 : 28 = 28 \times 137 + 14$

3850	28
-28	137
105	
-084	
210	
-196	
14	

يدفع في فيفري 137 دج

يوميا

تكلفة اليوم الواحد في شهر فيفري

www.raji3dz.com | موقع راجع ديزاد

للأستاذة شيراز عبد الرزاق
0699750008

العلمة / سطيف

السّنة 4 الرّابعة

التّلميذ : .....

إمضاء الوليّ : .....

العلامة : ... / 10

إمتحان الفصل 2 في الرّياضيات

9+9

20 1 7

السّؤال الأوّل : قارِن مُسْتَعْمِلًا < ، > ، = (2 ن)

206 000 ..... 200 000 + 6000 ، 587 362 ..... 856 120

ثَلاثُمِئَةٍ وَ سِتُّونَ أَلف وَ أَرْبَعَةٌ وَ عِشْرُونَ 360 014

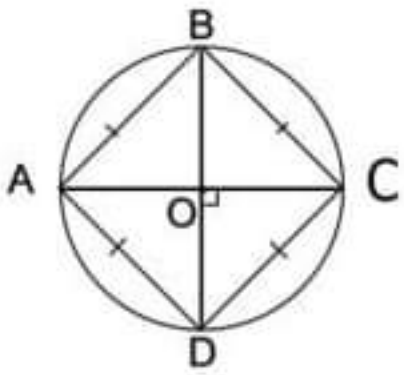
652 000 ..... (3 X 1000) + (5 X 10 000) + (6 X 100 000)

السُّؤَالُ الثّانِي : أَكْمِلِ الْمُسَاوَاة (2ن)

(732 X 23) = ... + (..... X 12) = 5400

السُّؤَالُ الثّالِث : لَاحِظِ الشَّكْلَ الْمُقَابِلَ ثُمَّ أَجِبْ / (1.5ن)

- مَاذَا تُمَثِّل الْقِطْعَة OD بِالنِّسْبَة للدَّائِرَة ؟
- مَاذَا تُمَثِّل الْقِطْعَة AC بِالنِّسْبَة للدَّائِرَة ؟



- سَمِّ الْمُضَلَّع ABCD
- سَمِّ الْمُضَلَّع ABC
- سَمِّ الْمُضَلَّع ACD
- سَمِّ الْمُضَلَّع OBC

السُّؤَالُ الرَّابِع :

أَكْمِلِ الْجَدْوَل (1.5ن)

اَلْمُرَبَّع سم			
اَلْمُحِيطُ	نِصْف الْمُحِيط	اَلْعرْض	اَلطُّولُ
.....	.....	.....	25
.....	600	.....	.....

www.raji3dz.com | موقع راجع ديزاد

اَلْوَضْعِيَّة : (4ن)

- تَسْتَهْلِكُ سَيَّارَةٌ 8 L مِنَ الْبِنزِين كُلّ 100 km .

* مَاهِيَ كَمِّيَة الْبِنْزِينِ الَّتِي تَلْزَمُهَا لِقَطْعِ مسافة200 km؟ 50 km ؟
* مَاهِي الْمَسَافَة الّتِي تَقْطَعُهَا بِ 24L مِنَ الْبِنزين ؟
* ضَع كُلّ الْبَيَانَات الْمُتَحَصّل عَلَيْهَا وَ نَظِّمْهَا فِي جدول مُتَنَاسِب .

اَلْحَلُّ

اَلْعَمَلِيَّاتُ

8 L ⇨ 100 Km
؟ ⇨ 200 km

ضع كل العمليات ⇦ $\frac{200 \times 8}{100} = 16$

اَلْأَجْوِبَة

يحتاج 16 L لقطع مسافة 200 Km

---

8 L ⇨ 100 Km
؟ ⇨ 50 km

ضع كل العمليات ⇦ $\frac{8 \times 50}{100} = 4$

يحتاج 4 L لقطع مسافة 50 Km

---

8 L ⇨ 100 Km
24 L ⇨ ؟ km

$\frac{24 \times 100}{8} = 300$

يقطع مسافة 300 km

(2)

كمية البنزين L	8	16	4	24	
المسافة km	100	200	50	300	

موقع راجع ديزاد | www.raji3dz.com

اَلْوَضْعِيَّة : (3ن)

- اِشْتَرَى الْأَبُ حَاسُوبًا بِـ 22600 دج وَ طَابِعَة 12800 دج

- مَاهُوَ ثَمَنُ الْجِهَازَيْنِ ؟

إِذَا عَلِمْتَ أَنَّهُ دَفَعَ الْمَبْلَغ بِالتَّقْسِط عَلَى 8 دُفُعات

- مَاهِيَ قِيمَةُ الدُّفْعَة ؟

- دَفَعَ لِلْبَائِعِ 6 دُفُعَات ، مَاهُو الْمَبْلَغ الْمَتَبَقِي لِيَدْفَعُهُ ؟

اَلْحَلُّ

اَلْعَمَلِيَّاتُ

قيمة الدفعة 4425 دج

دفع 6 دفعات بقيت له دفعتان

4425 X 2 = 8850

$$\begin{array}{r} 4425 \\ \times \quad 2 \\ \hline = \quad 8850 \end{array}$$

اَلْأَجْوِبَة

المبلغ المتبقي هو دفعتان

8850دج

www.raji3dz.com | موقع راجع ديزاد

للأستاذة شيراز عبد الرزاق
0699750008

العلمة / سطيف

السّنة 4 الرّابعة

التّلميذ : .....

إمضاء الوليّ : .....

العلامة : ../10

إمتحان الفصل 2 في الرّياضيات

9+9

20 1 7

السّؤال الأوّل : قارِن مُسْتَعْمِلًا < ، > ، = (2 ن)

206 000 = 200 000 + 6000 ، 587 362 < 856 120

ثَلاثُمِئَةٍ وَ سِتُّونَ أَلف وَ أَرْبَعَةٌ وَ عِشْرُونَ < 360 014

(6 X 100 000) + (5 X 10 000) + (3 X 1000) > 652 000

السُّؤَالُ الثّانِي : أَكْمِلِ الْمُسَاوَاة (2ن)

5400 = (13 X 415) + 5

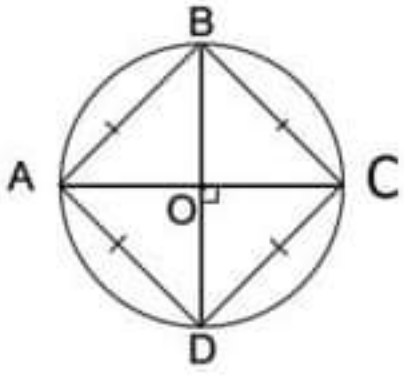
5400	13
-52	415
20	
- 13	
70	
- 65	
5	

(732 X 23) = 16836

732
X 23
2196
+ 1464 ·
16836

السُّؤَالُ الثّالِث : لاحِظِ الشَّكْلَ الْمُقَابِلَ ثُمَّ أَجِبْ / (1.5ن)

- مَاذَا تُمَثِّل الْقِطْعَة OD بِالنِّسْبَة للدَّائِرَة ؟ نصف قطر الدائرة
- مَاذَا تُمَثِّل الْقِطْعَة AC بِالنِّسْبَة للدَّائِرَة ؟ قطر الدائرة



- سَمِّ الْمُضَلَّع ABCD معين
- سَمِّ الْمُضَلَّع ABC مثلث متساوي الساقين
- سَمِّ الْمُضَلَّع ACD مثلث متساوي الساقين
- سَمِّ الْمُضَلَّع OBC O مثلث قائم عند النقطة

السُّؤَالُ الرَّابِع :

أَكْمِلِ الْجَدْوَل (1.5ن)

اَلْمُرَبَّع سم			
اَلْمُحِيطُ	نِصْف الْمُحِيط	اَلْعرْض	اَلطُّولُ
100	50	25	25
1200	600	300	300

www.raji3dz.com | موقع راجع ديزاد

اَلْوَضْعِيَّة : (3ن)

- اِشْتَرَى الْأَبُ حَاسُوبًا بِـ 22600 دج وَ طَابِعَة 12800 دج

- مَاهُوَ ثَمَنُ الْجِهَازَيْنِ ؟

إِذَا عَلِمْتَ أَنَّهُ دَفَعَ الْمَبْلَغ بِالتَّقْسِط عَلَى 8 دُفُعات

- مَاهِيَ قِيمَةُ الدُّفْعَة ؟

- دَفَعَ لِلْبَائِعِ 6 دُفُعَات ، مَاهُو الْمَبْلَغ الْمَتَبَقِي لِيَدْفَعُهُ ؟

اَلْحَلُّ

اَلْعَمَلِيَّاتُ

12800+22600= 35 400

$$\begin{array}{r} 12800 \\ +\ 22600 \\ \hline = 35400 \end{array}$$

35 400= 8 X4425

35400 | 8
-32 | 4425
34
-32
20
-16
40
-40
0

اَلْأَجْوِبَة

ثمن الجهازين35400 دج

قيمة الدفعة 4425 دج

www.raji3dz.com | موقع راجع ديزاد

اَلْوَضْعِيَّة : (3ن)

- اِشْتَرَى الْأَبُ حَاسُوبًا بِـ 22600 دج وَ طَابِعَة 12800 دج

- مَاهُوَ ثَمَنُ الْجِهَازَيْنِ ؟

إِذَا عَلِمْتَ أَنَّهُ دَفَعَ الْمَبْلَغ بِالتَّقْسِط عَلَى 8 دُفُعات

- مَاهِيَ قِيمَةُ الدُّفْعَة ؟

- دَفَعَ لِلْبَائِعِ 6 دُفُعَات ، مَاهُو الْمَبْلَغ الْمَتَبَقِي لِيَدْفَعُهُ ؟

اَلْعَمَلِيَّاتُ	اَلْحَلُّ	اَلْأَجْوِبَة
.....		.....
.....		.....
.....		.....
.....		.....
.....		.....
.....		.....
.....		.....
.....		.....
.....		.....
.....		.....

www.raji3dz.com | موقع راجع ديزاد