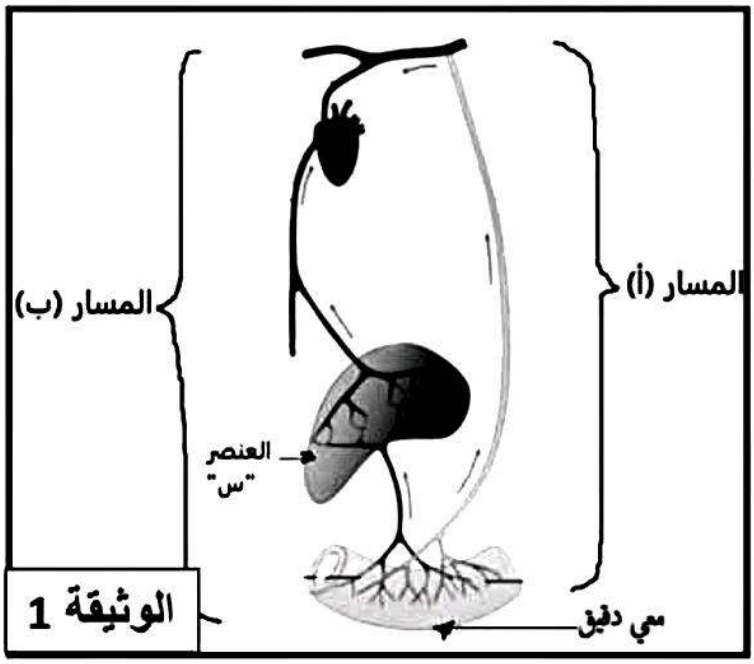
متوسطة: مناصرية مصطفى — السنة الدراسية: 2024-2023

المستوى: السنة الرابعة متوسط — المـــــدة: ســـاعة ونصف

الاختبار الأول في مادة علوم الطبيعة والحياة

الوضعية الأولى: (06 نقاط)

إليك الوثيقة المقابلة التي تبين المسار الذي يسلكه ناتج الهضم النهائي.



الوثيقة 1

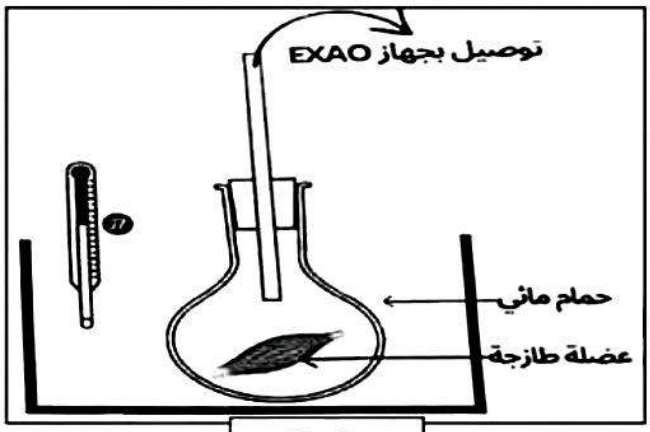
1- أعط عنوانا مناسبا للوثيقة ثم سمّ المسارين (أ) و (ب) والعنصر "س".

2- أذكر المغذيات التي تمر عبر المسار (أ) والتي تمر عبر المسار (ب).

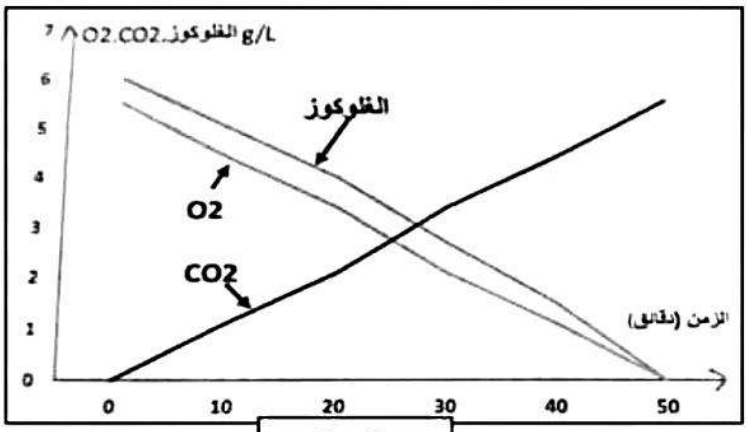
3- اشرح دور العنصر "س"

الوضعية الثانية: (06 نقاط)

قصد إظهار استعمال ثنائي الأكسجين والغلوكوز من طرف نسيج حي قمنا بالتجربة الموضحة في الوثيقة 2 والنتائج التجريبية في الوثيقة 3:



الوثيقة 2



الوثيقة 3

1- حلل ثم فسر معطيات الوثيقة 3.

2- استنتج مفهوم الظاهرة التي قامت بها خلايا النسيج العضلي.

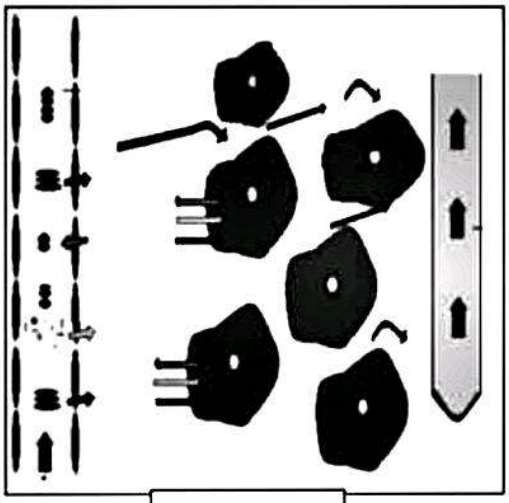
3- وضح سبب توقف خلايا النسيج الحي عن طرح CO_2 بعد مرور 50 دقيقة.

موقع راجع ديزاد | www.raji3dz.com

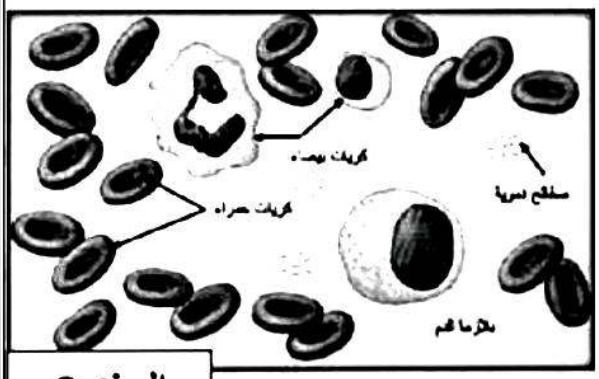
المعالجة البيداغوجية: (08نقاط)

الوسط الداخلي سائل يدور في الجسم بشكل مستمر يؤمن الاتصال والمبادلات بين الخلايا وأسطح التبادل ويتكون من الدم واللمف والسائل البيني.

1- اشرح دور السائل البيني.



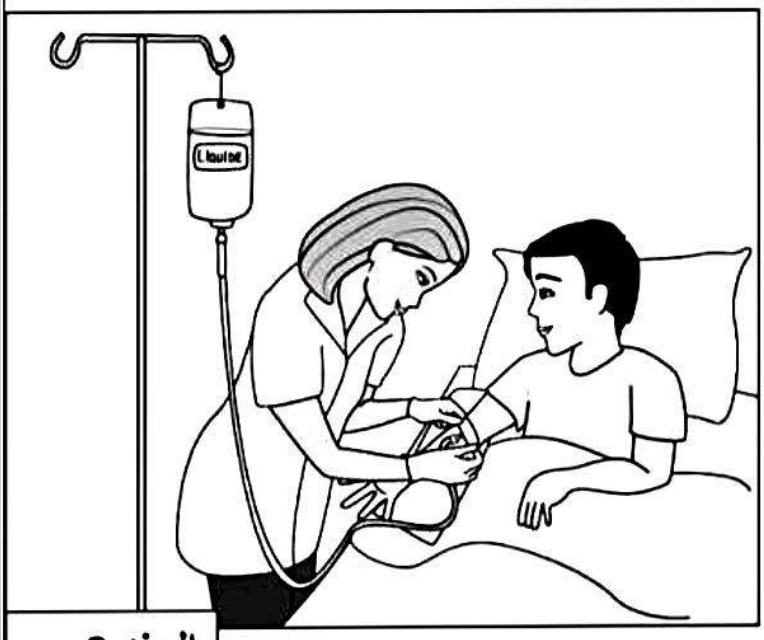
السند 1



السند-2-

- تعتبر البلازما والكريات الحمراء من أهم مكونات الدم.

2- بين دور كل منهما بالتفصيل.



السند-3-

3- يلجأ الأطباء إلى تزويد المرضى الذين يعانون من نزيف دموي وعدم القدرة على تناول الأغذية بالمحاليل المغذية عبر الأوعية الدموية بالإضافة إلى كميات معتبرة من الدم.

أ- برر ضرورة تزويد هؤلاء المرضى بالمصل المغذي.

ب-وضح أهمية التبرع بالدم (فوائده).

بـالـتـوفـيق	الصفحة 2/2	انتهى

موقع راجع ديزاد | www.raji3dz.com

الحل النموذجي للامتحان الأول

الوضعية 1 :

1) - عنوان الوثيقة : طريقا إنتصاص المغذيات عند النبات الأخضر

- (أ) : طريق المفاوي عند النبات الأخضر
- (ب) : " الدموي " "
- (ج) : الكبد عند النبات الأخضر

2) - المغذيات التي تسري الطريق المفاوي : فيتامينات، ماء وأملاح المعادن الذائبة في الدسم وخاصة الحديد

- " " " الطريق الدموي : " " "

الوضعية الإدماجية:

السؤال	المعيار	المؤشرات	العلامة
1 ع - ج	الوجاهة	- أن يشرح دور السائل البني. - أن يبين دور البلازما والكريات الحمراء. - أن يبرر ضرورة تزويد العرق بالمثل الغذائي - أن يوضح أهمية التبرع بالدم	0,5
1 - ع - ج	إستعمال أدوات الإجابة	- إستعمال المصطلحات العلمية - الهضم - الغذيات - غاز O_2 ...	0,25
1	الإنسجام	- السائل البني ناتج عن ترشيح بلازما الدم عبر جدار الوعاء الدموي يدوريني الخلايا فيسهل تزويدها بالغلوكوز وغاز الـ O_2 ويستقبل فضلاتها + غاز الـ CO_2	1,5
2	الإنسجام	- دور الكريات الحمراء نقل غاز الـ O_2 من الرئة إلى الخلايا حسب المعادلة $Hb + 4O_2 \rightleftharpoons HbO_8$ ونقل غاز الـ CO_2 من الخلايا إلى الرئة (30٪) كما يلي $Hb + CO_2 \rightleftharpoons HbCO_2$ - دور البلازما: نقل الغذيات من المعى الدقيق إلى الخلايا ونقل الـ CO_2 الناتج عن التنفس الخلوي. والفضلات من الخلايا إلى الأعضاء الإخراجية (الكلى - الغدد العرقية - الرئة)	1 1 0,5 0,5

www.raji3dz.com | موقع راجع ديزاد

3	انسجام م-	أ- التبرير: سلامة الأطباء لولا تزويد الحرفي البذنية بما يؤمن نزف دموي وعدم القدرة على تناول الأدوية المضادة للتخثر لتعويض عملية التغذية و الدفاع حيث يحوي الجهاز المغذي على شعيرات دموية تتوغل مباشرة في الدم نحو الخلايا من أجل استعمالها	1
3	انسجام ب	ب- أهمية التنبؤ بالدم: - تنشيط الدورة الدموية وتجديد مكونات الدم. - إنقاذ عدة أشخاص دفعة واحدة - تنمية السلوك الحضاري بين أفراد المجتمع - المساهمة على التخلص من بعض الأمراض.	1.5 نقبل بعض النقاط
1 - 2 - 3	الإتقان	نظافة الورقة	0.5

www.raji3dz.com | موقع راجع ديزاد